TAKMIL (Teach a Kid Make Individual Life) Foundation

بیچ: اے	مضمون: ریاضی
لیول: ا	کل نمبر: ۵۰
کل وقت: ایک گھنٹہ	حاصل کردہ نمبر:_____
نام طالب علم: _____	جانچ کنندہ:_____
سکول : _____	تاریخ:_____

سوال نمبر ا۔ صفر میں رنگ بھریں۔ (۳)



سوال نمبر ۲۔ جس درخت پر کوئی پھل نہیں اس کے گرد دائرہ لگائیں۔ (۳)

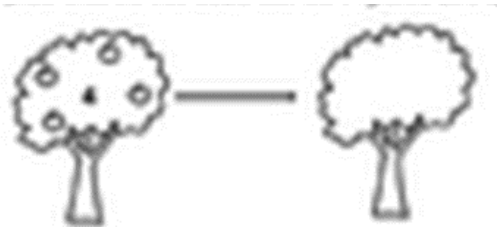

سوال نمبر ۳۔ چیزوں کو گن کر عدد خانے میں لکھیں اور رنگ بھریں۔ (۳)

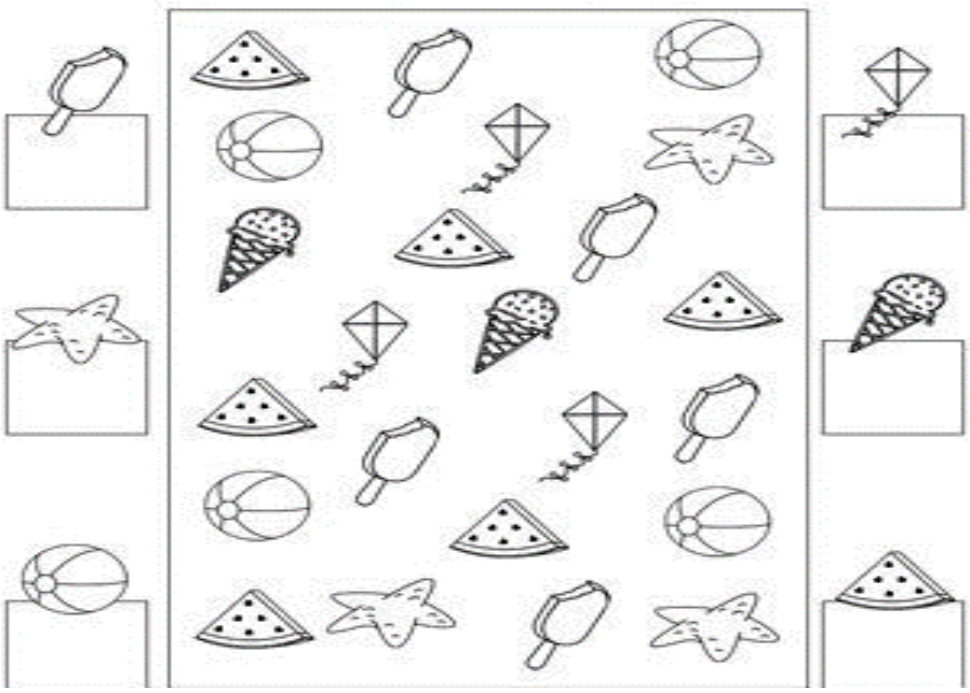

سوال نمبر ۴۔ 60 سے 100 تک گنتی مکمل کریں۔ (۸)

		63			66			69	70
	72			75		77			
81			84		86		88	89	
		93		95		97			

سوال نمبر ۵۔ایک جیسی تعداد کی چیزوں کو لکیر سے ملائیں۔ (۳)

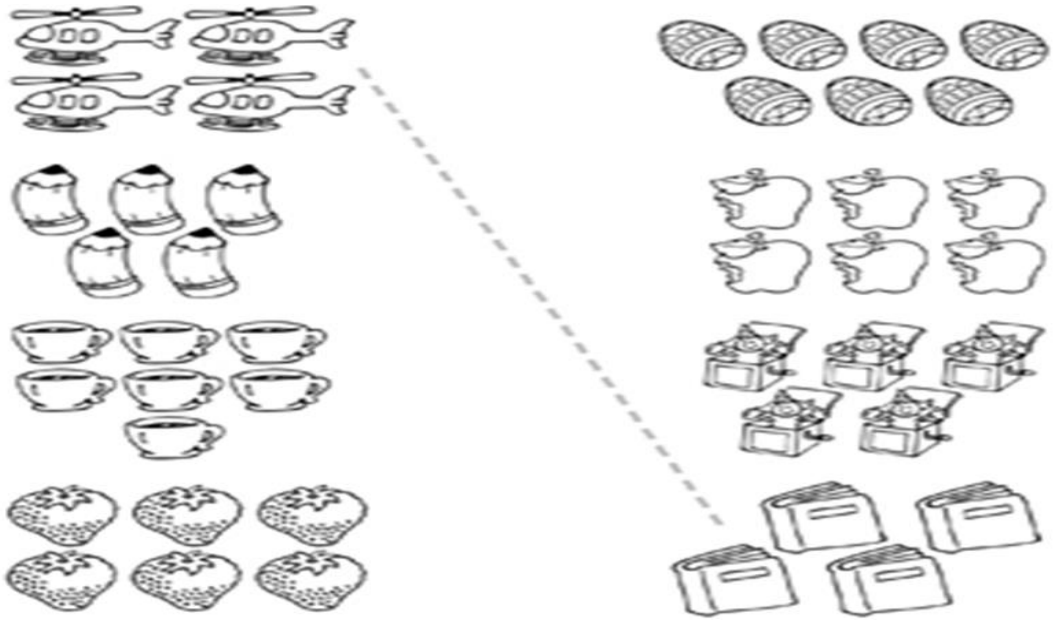

سوال نمبر ۶۔دیے گئے اعداد کو ترتیبِ نزولی میں لکھیں۔ (۵)

45 ☐ → ☐ → ☐ → ☐ → ☐ 39

98 ☐ → ☐ → ☐ → ☐ → ☐ 92

60 ☐ → ☐ → ☐ → ☐ → ☐ 54

سوال نمبر ۷۔ دی گئی اشیاء کو گنیں اور کم تعداد والے گروپ کے گرد دائرہ لگائیں۔ (۶)

سوال نمبر ۸۔ اشیاء کی ترتیب کے لحاظ سے انہیں ترتیبی اعداد میں لکھیں۔ (۴)



سوال نمبر ۹۔ دیے گئے اعداد کو درست کالم سے ملائیں۔ (۴)

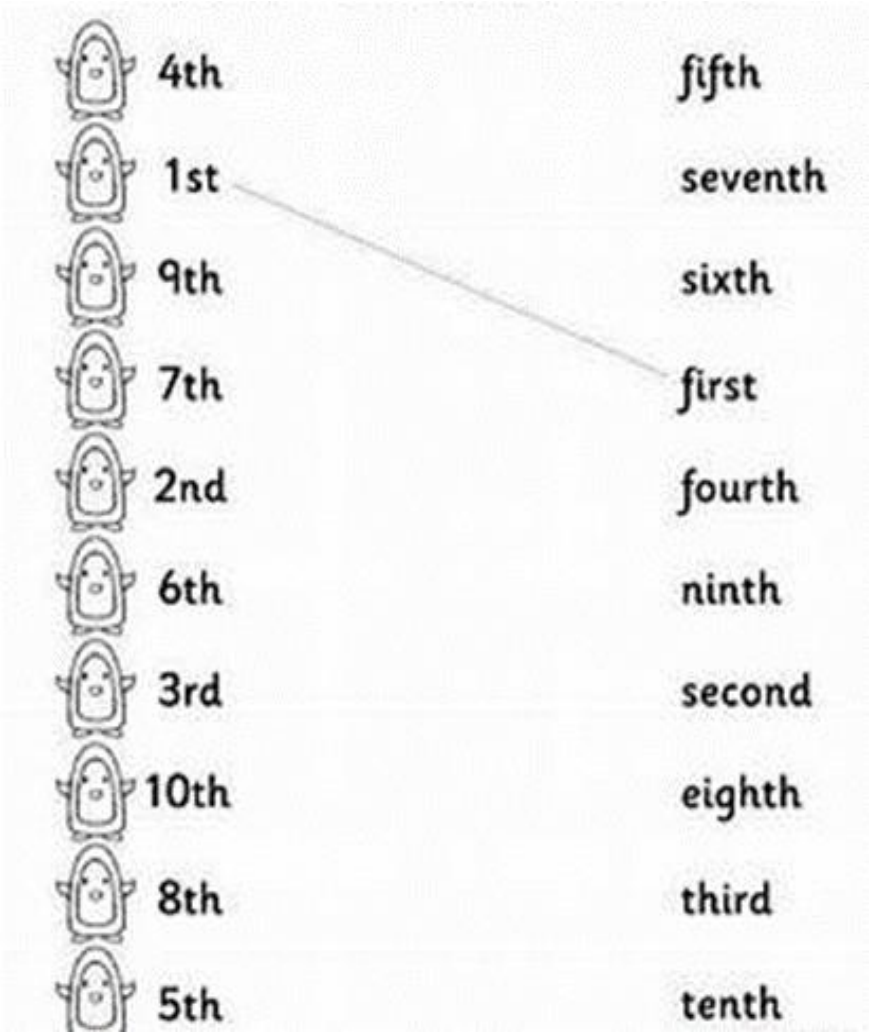

سوال نمبر ۱۰۔ دی گئی اشیاء کو گن کر ان کی اکائیاں اور دہائیاں لکھیں۔ (۶)

اکائی دہائی 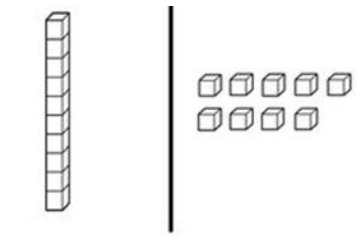	اکائی دہائی 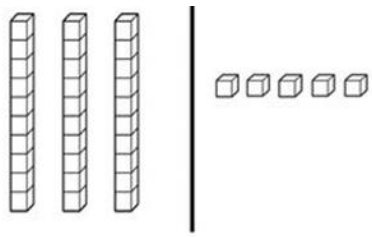
_____ = اکائی _____ دہائی_____	_____ = اکائی _____ دہائی_____
اکائی دہائی 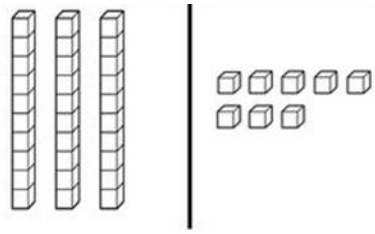	اکائی دہائی 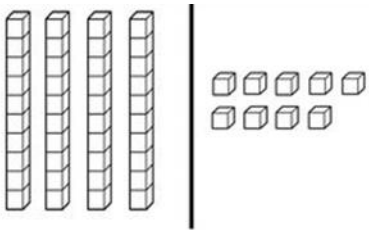
_____ = اکائی _____ دہائی_____	_____ = اکائی _____ دہائی_____

سوال نمبر ۱۱۔ 867, 435 کی مقامی قیمت لکھیں۔ (۵)

سینکڑہ	دہائی	اکائی